TRƯỜNG ĐH SƯ PHẠM KỸ THUẬT TPHCM **KHOA ĐÀO ĐIỆN ĐIỆN TỬ**		**ĐỀ THI CUỐI KỲ HỌC KỲ II NĂM HỌC 2019 -2020** **Môn: ĐIỆN TỬ CƠ BẢN**..... Mã môn học: BAEL340662..... Đề số/Mã đề: 01 Đề thi có 5 trang. Thời gian: 90 phút. **Được phép** sử dụng tài liệu. **SV làm bài trên phiếu trả lời.**
Chữ ký giám thị 1	Chữ ký giám thị 2	
Điểm và chữ ký		
CB chấm thi thứ nhất	CB chấm thi thứ hai	**Họ và tên:**..... ..... **Mã số SV:**..... **Số TT:**..... **Phòng Thi:** .....

PHIẾU TRẢ LỜI

***PHẦN I:* TRẮC NGHIỆM (3 điểm)**

Hướng dẫn trả lời câu hỏi:

Chọn câu trả lời đúng: x.... Bỏ chọn: ⊗ ..... Chọn lại: ●....

Câu	a	b	c	d	Câu	a	b	c	d	Câu	a	b	c	d	Câu	a	b	c	d
1				x	6			x		11			x		16		x		
2		x			7		x			12			x		17		x		
3		x			8			x		13		x			18	x			
4	x				9				x	14	x				19	x			
5	x				10				x	15	x				20			x	

***PHẦN II:* TỰ LUẬN (7 điểm)**

Bài 1 (3đ):

a. Vth=1.67V; Rth=16.7kΩ (0.25đ)
Q1(V_{CE}=7.52V; I_C = 0.828mA)=Q2 (0.25đ)

b.

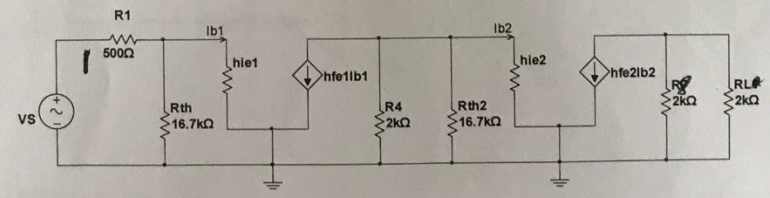

h_{ie1}=h_{ie2}= 3.14kΩ (0.25đ)

c. Zi=2.64kΩ (0.25đ)

Zo=2kΩ (0.25đ)

A_{V2}=-31.8 (0.25đ)
Z_{i2}=2.64kΩ
A_{V1}=-36.2 (0.25đ)
A_{VT}=1150
A_{iT}=-1518
A_{VS}=967 (0.25đ)

d. $I_C = -\frac{1}{3}V_{CE} + \frac{10}{3}$ ***(mA) (DCLL) (0.25đ)***

$I_{c2\Sigma} = -V_{ce2\Sigma} + 8.35$ ***(mA) (ACLL) (0.25đ)***

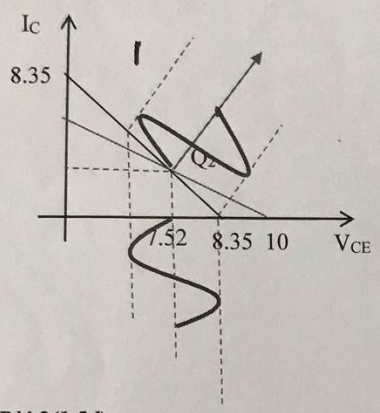

Bài 2(1.5đ):

a. V_{O1}=-(4V_1+2V_2) (0.25đ)
b. V_O=-11(4V_1+2V_2) (0.25đ)
c. V_{O1}=-8-0.4sinωt(V)
   V_O=-88-4.4sinωt(V)

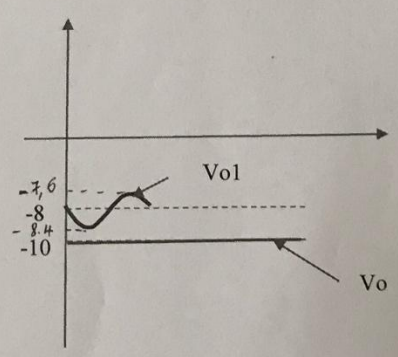

(0.5đ)

c. RI1= RI2=4k (0.5đ)

Bài 3(1.5đ):

a. Nêu tên và vẽ mạch (0.5đ)
b. Tính thông số linh kiện (0.5đ)
c. Vẽ sơ đồ hoàn chỉnh (0.5đ)

Bài 4 (1.5đ):

a. Vẽ sơ đồ mạch (0.5đ)
b. Tính I_D (0.5đ)
c. Tính V_{DS} (0.5đ)