Chương 4 (p1)
CÂU HỎI ÔN TẬP

Câu 1: Tìm phổ của tín hiệu và vẽ:

a) b)

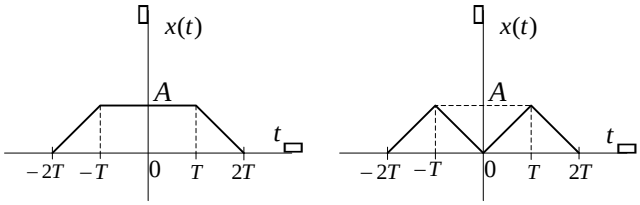

Câu 2: Tìm phổ tín hiệu bằng 3 phương pháp và vẽ :

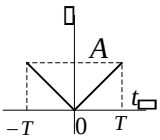

a) Định nghĩa.
b) Phổ xung vuông và xung tam giác.
c) Định lí vi phân trong miền tần số

Câu 3: Tìm tín hiệu (trong miền thời gian) từ phổ :

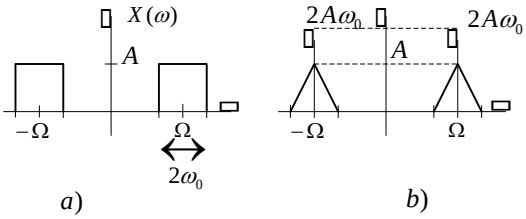

a) b)

Hint: Dùng định lí điều chế.

Câu 4: Cho hệ thống sau:

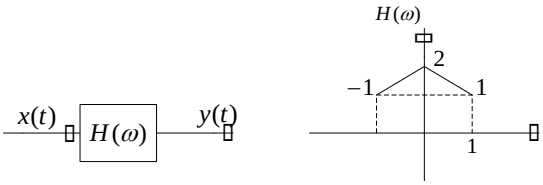

$$x(t) = \frac{1}{4} Sa \frac{t-2}{4}$$

- Tìm $Y(\omega) \to y(t)$?
- Tìm E_y?

Câu 5: Cho hệ thống sau. Tìm và vẽ phổ biên độ, phổ pha của y(t).

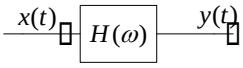

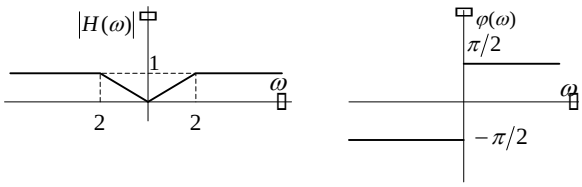

a) Cho $x(t) = 2.$

b) $x(t) = 2\cos t.$

c) $x(t) = 2\sin t.$

d) $x(t) = 2\cos^2 t + 4\cos t \cos t2$